Reescrevendo a história

GABARITO - ENSINO MÉDIO REGULAR - 1ª SÉRIE

Prova 27/11/2022

QUESTÃO	ALTERNATIVA
1	B
2	D
3	C
4	E
5	A
6	D
7	A
8	C
9	E
10	B
11	D
12	C
13	A
14	B
15	D
16	B
17	C
18	B
19	A
20	A

QUESTÃO	ALTERNATIVA
21	E
22	B
23	D
24	A
25	C
26	C
27	B
28	A
29	D
30	E
31	A
32	B
33	C
34	D
35	E
36	D
37	B
38	A
39	C
40	E

VESTIBULINHO 2023.1

ENSINO FUNDAMENTAL E MÉDIO 2023

PROVA: 27/11/2022

NOME COMPLETO:

ORIENTAÇÕES PARA REALIZAÇÃO DA PROVA
LEIA AS ORIENTAÇÕES COM ATENÇÃO!

1. A prova tem duração de 3 (três) horas, incluindo o tempo para preenchimento do gabarito;
2. O tempo mínimo de permanência no local da prova é de 1h (uma hora);
3. Este caderno contém 40 (quarenta) questões, sendo 20 (vinte) de Língua Portuguesa e 20 (vinte) de Matemática e Raciocínio Lógico. Todas as questões são objetivas, de múltipla escolha, com 5 alternativas (A, B, C, D, E);
4. Verifique se o seu caderno está completo, sem repetição de questões ou falhas. Caso contrário, notifique imediatamente o fiscal de sala;
5. Preencha o nome completo na folha de rosto do caderno de questões e assine o gabarito, em campo indicado, com caneta azul ou preta;
6. Você receberá do fiscal o gabarito definitivo, verifique se está em ordem e com todos os dados impressos corretamente, em caso de divergência ou erro avise o fiscal de sala;
7. Para cada questão, existe apenas 1 (uma) resposta certa. Será atribuída nota zero à questão que não apresentar nenhuma alternativa assinalada ou com mais de uma resposta, emendas ou rasuras. Em hipótese alguma haverá substituição do mesmo;
8. Preencha as quadrículas do gabarito com caneta esferográfica azul ou preta e com traço forte;
9. O gabarito NÃO pode ser dobrado, amassado, rasurado, manchado ou conter qualquer registro fora dos locais destinados às respostas;
10. O gabarito será o único documento válido para a correção do exame;
11. O caderno de questões e o gabarito serão recolhidos ao final da prova. Estes serão divulgados em data estipulada no cronograma;
12. Ao terminar a prova, você deve erguer o braço e aguardar autorização do fiscal para devolver o caderno de questões e o gabarito;
13. Caso você necessite se ausentar da sala para uso de sanitário, deve solicitar ao fiscal de sala e aguardar autorização. Sua saída deve ser sem bolsa, mochila ou aparelho celular;
14. Após o término da prova, você deve retirar-se imediatamente do estabelecimento de ensino, não podendo permanecer nas dependências deste;
15. Não é permitido circular na sala e nem manter qualquer tipo de comunicação com os examinandos. Em caso de urgência, comunique o fiscal da sala e aguarde o atendimento;
16. Aparelhos eletrônicos, inclusive celular e relógios, devem permanecer desligados, dentro dasembalagens cedidas pelo fiscal de sala;
17. Durante a realização da prova não é permitido o uso de boné;
18. Bolsas e mochilas devem ser acondicionados em locais indicados pelo fiscal da sala.

BOA PROVA!

Fundação Instituto de Educação de Barueri

LÍNGUA PORTUGUESA

Leia o texto a seguir para responder as questões 01 e 02:

Primeiros Erros
(Capital Inicial)

Meu caminho é cada manhã
Não procure saber onde estou
Meu destino não é de ninguém
E eu não deixo meus passos no chão
Se você não entende não vê
Se não me vê não entende

Não procure saber onde estou
Se o meu jeito te surpreende
Se o meu corpo virasse sol
Minha mente virasse sol
Mas só chove, chove
Chove, chove [...]

QUESTÃO 01 - Primeiros Erros é a letra de uma famosa música popular brasileira que trata sobre destino e vida. Seu texto é poético e por isso está carregado de significados. Com base nessa informação, assinale a alternativa que traduz o significado do trecho *"E eu não deixo meus passos no chão"*:

a-) Significa que o eu lírico do texto não deixa pegadas no chão.
b-) Significa que o eu lírico do texto não deixa pistas sobre o caminho que seguiu.
c-) Significa que o eu lírico do texto não sabe que caminho seguir.
d-) Significa que o eu lírico do texto não acompanha as outras pessoas do caminho.
e-) Significa que o eu lírico do texto deixa todas as pistas sobre onde vai.

QUESTÃO 02 - No trecho da oração *"Se o meu corpo virasse sol"*, a palavra **se** é uma conjunção que expressa a ideia de:

a-) causa
b-) adição
c-) finalidade
d-) condição
e-) tempo

Leia com atenção e responda às questões 03 e 04:

Quadrilha
(Carlos Drummond de Andrade)

João amava Teresa que amava Raimundo
que amava Maria que amava Joaquim que amava Lili
que não amava ninguém.
João foi para o Estados Unidos, Teresa para o convento,
Raimundo morreu de desastre, Maria ficou para a tia,
Joaquim suicidou-se e Lili casou com J. Pinto Fernandes
que não tinha entrado na história.

QUESTÃO 03 - Os trechos iniciais do texto, onde se lê: *"João amava Teresa que amava Raimundo / que amava Maria que amava Joaquim que amava Lili / que não amava ninguém."*, foi construído com que tipo de orações subordinada?

a-) Orações subordinadas adjetivas reduzidas de gerúndio.
b-) Orações subordinadas adjetivas reduzidas de particípio.
c-) Orações subordinadas adjetivas restritivas.
d-) Orações subordinadas adjetivas explicativas.
e-) Orações subordinadas adjetivas reduzidas de infinitivo.

QUESTÃO 04 - O texto utiliza o verbo amar no pretérito imperfeito do indicativo sempre se referindo à 3ª pessoa do singular. O uso desse verbo conjugado dessa maneira, está de acordo a seguinte regra da Sintaxe de Concordância Verbal:

a-) Cada sujeito ao qual o verbo se relaciona (João, Teresa, Lilia, Raimundo, Maria) é coletivo e, por essa razão, o verbo concorda com ele no singular.
b-) Cada sujeito ao qual o verbo se relaciona (João, Teresa, Lilia, Raimundo, Maria) está no plural e, por essa razão, o verbo concorda com ele no singular.
c-) Cada sujeito ao qual o verbo se relaciona está oculto e, por essa razão, o verbo concorda com ele no singular.
d-) Cada sujeito ao qual o verbo se relaciona é indeterminado e, por essa razão, o verbo concorda com ele no singular.

e-) Cada sujeito ao qual o verbo se relaciona (João, Teresa, Lilia, Raimundo, Maria) é simples e, por essa razão, o verbo concorda com ele no singular.

QUESTÃO 05 - Leia:

Os refugiados estão aqui, gostem ou não.
Apesar **da histeria** na Europa e nos Estados Unidos, os que realmente arcam com o peso da crise migratória estão no Oriente Médio e na África.

(THAROOR, Ishaan. Os refugiados estão aqui, gostem ou não. Estadão, 12 de fev. 2017. Disponível em: <https://international.estadao.com.br/noticias/geral,artigo-os-refugiados-estao-aqui-gostem-ou-nao,70001662374>)

É possível substituir a expressão destacada sem que haja prejuízo de sentido por:

a-) do alarde
b-) da alegria
c-) da receptividade
d-) da prosperidade
e-) do silêncio

Texto para as questões 6 e 7:

Legenda:
- Sabe aquela tábua solta na varanda? Eu finalmente preguei ela no lugar.
" Eu ouvi."
- Vamos ver qual é o próximo na lista.
" Não tem como não ouvir um grito daqueles."

DAVIS, Jim. Disponível em: <https://2.bp.blogspot.com/-Ku1GTk2us9g/VIOYce1Retl/AAAAAAAAKCE/4avpE-S1lsl/s640/digitalizar0003.jpg>

QUESTÃO 06 - Ao longo da tirinha, há o emprego de alguns pronomes demonstrativos que indicam referência a algo. Os pronomes **aquela** e **daqueles** se referem, respectivamente, a:

a-) varanda / grito
b-) grito / tábua
c-) tábua / varanda
d-) tábua / grito
e-) varanda / tábua

QUESTÃO 07 - No último quadrinho, temos a contração da preposição **de** com o pronome **aqueles**, para apontar como foi ouvido o grito de Jon, marcando a posição desses elementos – inclusive do som – em relação aos personagens da história. A partir dessas informações, como ficou a contração da preposição com o pronome utilizado no terceiro quadrinho?

a-) daqueles
b-) daquilo
c-) disso
d-) daquela
e-) desta

Leia com atenção o texto a seguir para responder as questões 08, 09 e 10:

O problema ecológico
(Afrânio Primo. Jornal Madhva (adaptado).

Se uma nave extraterrestre invadisse o espaço aéreo da Terra, com certeza seus tripulantes diriam que neste planeta não habita uma civilização inteligente, tamanho é o grau de destruição dos recursos naturais. Essas são palavras de um renomado cientista americano. Apesar dos avanços obtidos, a humanidade ainda não descobriu os valores fundamentais da existência. O que chamamos orgulhosamente de civilização nada mais é do que uma agressão às coisas naturais. Grosso modo, a tal civilização significa a devastação das florestas, a poluição dos rios, o envenenamento das terras e a deterioração da qualidade do ar. O que chamamos de progresso não passa de uma degradação deliberada e

sistemática que o homem vem promovendo há muito tempo, uma autêntica guerra contra a natureza.

QUESTÃO 08 - O texto lido trata sobre questões ligadas à ação do homem sobre o meio ambiente. De acordo com a leitura, pode-se dizer que a humanidade:

a-) demonstra ser muito inteligente
b-) ouve as palavras do cientista
c-) age contra sua própria existência
d-) preserva os recursos naturais
e-) valoriza a existência sadia

QUESTÃO 09 - O texto aponta para os danos causados pela humanidade à natureza e ao planeta. Na elaboração do texto, foram expostas algumas informações, a fim de embasarem a ideia principal: **o homem destrói os recursos naturais em prol do progresso.** Aponte a única alternativa que não indica uma razão que justifique a ideia principal, a tese defendida no texto:

a-) "A humanidade ainda não descobriu os valores fundamentais da existência."
b-) "Grosso modo, a tal civilização significa a devastação das florestas, a poluição dos rios, o envenenamento das terras e a deterioração da qualidade do ar."
c-) "O que chamamos de progresso não passa de uma degradação deliberada e sistemática que o homem vem promovendo há muito tempo, uma autêntica guerra contra a natureza."
d-) "O que chamamos orgulhosamente de civilização nada mais é do que uma agressão às coisas naturais."
e-) "O homem é muito evoluído".

QUESTÃO 10 - A partir do texto lido, no trecho "**Se uma nave extraterrestre invadisse o espaço aéreo da Terra, com certeza os tripulantes diriam que neste planeta não habita uma civilização inteligente, tamanho é o grau de destruição dos recursos naturais.(...)"**, quais palavras foram utilizadas para caracterizar os substantivos **nave, espaço, civilização** e **recursos**?

a-) extraterrestre, terra, inteligente, naturais
b-) extraterrestre, aéreo, civilização, naturais
c-) extraterrestre, aéreo, inteligente, naturais
d-) invadisse, terra, inteligente, naturais
e-) extraterrestre, aéreo, inteligente, destruição

QUESTÃO 11 - O poema a seguir é de autoria do escritor português Luís Vaz de Camões. O texto tenta definir o que é o amor e o faz a partir dos sentidos contraditórios, opostos, que se apresentam por meio do uso predominante de qual das figuras de linguagem indicadas a seguir:

Amor é fogo que arde sem se ver,
É ferida que dói, e não se sente;
É um contentamento descontente,
É dor que desatina sem doer.

É um não querer mais que bem querer;
É um andar solitário entre a gente;
É nunca contentar-se de contente;
É um cuidar que ganha em se perder.

É querer estar preso por vontade;
É servir a quem vence, o vencedor;
É ter com quem nos mata lealdade.

Mas como causar pode seu favor
Nos corações humanos amizade,
Se tão contrário a si é o mesmo Amor

a-) hipérbole
b-) prosopopeia
c-) eufemismo
d-) paradoxo
e-) anáfora

Leia o texto a seguir e responda às questões 12, 13 e 14:

Lei nº 12.965, de 23 de abril de 2014
Estabelece princípios, garantias, direitos e deveres para o uso da Internet no Brasil

A **PRESIDÊNCIA DA REPÚBLICA** faço saber que o Congresso Nacional decreta e eu sanciono o Lei:

[...]
CAPÍTULO II
DOS DIREITOS E GARANTIAS DOS USUÁRIOS
[...]

Art. 8º A garantia do direito à privacidade e à liberdade de expressão nas comunicações é condição para o pleno exercício do direito de acesso à internet.

Parágrafo Único. São nulas de pleno direito as cláusulas contratuais que violem o disposto no *caput*, tais como aquelas que:

I – Impliquem em ofensa à inviolabilidade e ao sigilo das comunicações privadas, pela internet; ou
II – Em contrato de adesão, não ofereçam como alternativa ao contratante a adoção do foro brasileiro para solução de controvérsias decorrentes de serviços prestados no Brasil.

[...]

QUESTÃO 12 - Com base nas informações do texto, o que essa lei estabelece?

a-) A lei estabelece princípios e garantias para o uso da internet no Brasil.
b-) A lei estabelece direitos e deveres para o uso da internet no Brasil.
c-) A lei estabelece princípios, garantias, direitos e deveres para o uso da internet no Brasil.
d-) A lei estabelece princípios para o uso da internet no Brasil.
e-) A lei estabelece o uso da internet no Brasil.

QUESTÃO 13 - Ainda com base nas informações do texto, quem decretou essa lei?

a-) A lei foi decretada pelo Congresso Nacional.
b-) A lei foi decretada pelo Senado Nacional.
c-) A lei foi decretada pela Presidência da República.
d-) A lei foi decretada pelo Presidente do Brasil.
e-) A lei foi decretada pelo Prefeito de Barueri.

QUESTÃO 14 - Qual foi a responsabilidade da Presidência da República em relação a essa lei?

a-) A Presidência da República teve o poder de desaprovar (não sancionar) a lei do Marco Civil da Internet.
b-) A Presidência da República teve o poder de aprovar (sancionar) a lei do Marco Civil da Internet.
c-) A Presidência da República teve o poder de aceitar (autorizar) a lei do Marco Civil da Internet.
d-) A Presidência da República teve o poder de observar a lei do Marco Civil da Internet.
e-) A Presidência da República teve o poder de argumentar sobre a lei do Marco Civil da Internet.

QUESTÃO 15 - Leia o trecho a seguir e responda:

"*A ciência mais imperativa e predominante sobretudo é a ciência política, pois esta determina quais são as demais ciências que devem ser estudadas na pólis. Nessa medida, a ciência política inclui a finalidade das demais, e, então, essa finalidade deve ser o bem do homem*."
(Aristóteles. Adaptado)

Este parágrafo é uma sequência:

a-) descritiva
b-) narrativa
c-) injuntiva
d-) expositiva
e-) argumentativa

QUESTÃO 16 - O trecho "*Experimente a nova e deliciosa barrinha de chocolate asteca: com mais de 70% de cacau e 0% de gordura saturada*." é uma parte característica de que gênero textual?

a-) notícia
b-) anúncio publicitário
c-) editorial
d-) bilhete
e-) declaração

QUESTÃO 17 - Os gêneros textuais orais são em sua maioria expositivos e objetivam expor ideias e informações. Com base nessa informação, qual gênero faz parte dos gêneros orais?

a-) o e-mail
b-) o diário de bordo
c-) a palestra
d-) o bilhete
e-) a carta do leitor

Texto para responder às questões 18, 19 e 20:

SÃO LUIS, CAPITAL DO BUMBA MEU BOI

Essa tradição de mais de duzentos anos é uma brincadeira que mistura lendas indígenas, dança e música, além de uma indumentária caprichada e cheia de brilho. Durante a temporada junina, centenas de grupos reinam nos arraiais por toda parte do Maranhão, mas é na capital, São Luís, que a festança toma vulto de verdadeiro espetáculo, figurando entre as mais populares do Brasil.

São mais de cem batalhões de Bumba Meu Boi que saem pelas ruas da cidade, na maior manifestação folclórica do Maranhão. É bem

diferente de outras regiões do País, onde o triângulo e a sanfona dominam o compasso das festas.

(Disponível em: http://correiogourmand.com.br)

QUESTÃO 18 - No primeiro parágrafo, o pronome relativo "que" se refere a:

a-) "essa tradição".
b-) "uma brincadeira".
c-) "uma indumentária caprichada e cheia de brilho".
d-) "a temporada junina".
e-) "a festança".

QUESTÃO 19 - No trecho "São mais de cem batalhões de bumba meu boi **que** saem pelas ruas da cidade", a palavra "que" deve ser classificado como:

a-) um pronome relativo.
b-) uma conjunção integrante.
c-) um advérbio de intensidade.
d-) um pronome demonstrativo.
e-) uma preposição

QUESTÃO 20 - Ainda sobre o trecho "É bem diferente de outras regiões do País, **onde** o triângulo e a sanfona dominam o compasso das festas", o pronome relativo **onde** indica:

a-) lugar
b-) posse
c-) tempo
d-) modo
e-) circunstância

MATEMÁTICA

QUESTÃO 21 - Na figura a seguir, os diagramas representam os conjuntos A, B e C no conjunto universo. A região pintada onde se encontra o elemento "x" determina a operação:

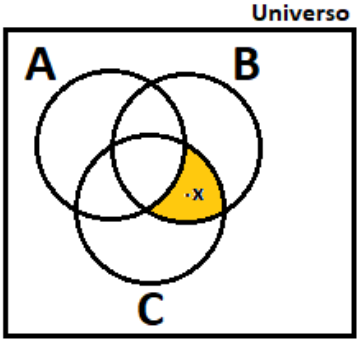

a-) $A \cap (B - C)$
b-) $A \cap (B \cup C)$
c-) $(B \cup C) \cap A$
d-) $A - (B \cap C)$
e-) $(B \cap C) - A$

QUESTÃO 22 - Numa caixa há 20 bolas idênticas numeradas e 01 a 20 de mesma massa e tamanho. É retirada uma bola ao acaso e observa-se seu número. A probabilidade que a numeração dessa bola seja um número quadrado perfeito é de:

a-) 10%
b-) 20%
c-) 30%
d-) 40%
e-) 50%

QUESTÃO 23 - Num dia de festa agropecuária, foram vendidos 3848 tickets de lanches, sendo que a pessoa poderia escolher uma opção entre cachorro-quente ou pastel. De acordo com a organização, a quantidade de cachorros-quentes vendidos foi o triplo da quantidade de pastéis. Nesse caso, é **CORRETO** afirmar que foram vendidos:

a-) menos de 1000 cachorros-quentes.
b-) entre 1000 e 2000 cachorros-quentes.
c-) entre 2000 e 2500 cachorros-quentes.
d-) entre 2500 e 3000 cachorros-quentes.
e-) entre 3000 e 3500 cachorros-quentes.

QUESTÃO 24 - Suponha que um terreno no formato retangular tenha a área $\mathbf{40m^2}$ o perímetro $\mathbf{24m}$. Nessas condições, representando o terreno pela figura a seguir, o sistema linear que expressa a área e o perímetro dele é:

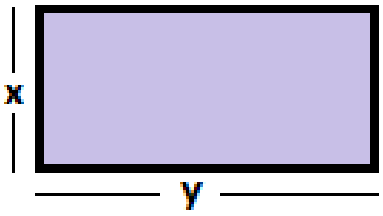

a-) $\begin{cases} x \cdot y = 40 \\ x + y = 12 \end{cases}$

b-) $\begin{cases} x \cdot y = 24 \\ x + y = 40 \end{cases}$

c-) $\begin{cases} x \cdot y = 64 \\ x + y = 24 \end{cases}$

d-) $\begin{cases} x \cdot y = 20 \\ x + y = 12 \end{cases}$

e-) $\begin{cases} x \cdot y = 12 \\ x + y = 20 \end{cases}$

QUESTÃO 25 - Sendo $\boldsymbol{x_1}$ e $\boldsymbol{x_2}$ as raízes da equação: $\boldsymbol{x^2 - 4x - 21 = 0}$, o resultado da soma $\boldsymbol{x_1 + x_2}$ é:

a-) 1
b-) 3
c-) 4
d-) 7
e-) 21

QUESTÃO 26 - Considere um relógio analógico de doze horas. O menor ângulo agudo formado entre os ponteiros que indicam a hora e o minuto, quando o relógio marca exatamente 17 horas e 20 minutos, é:

a-) 30°
b-) 35°
c-) 40°
d-) 45°
e-) 50°

QUESTÃO 27 - Se uma torneira despeja 72 litros de água em 40 minutos, quantos litros despejará em uma hora e quinze minutos?

a-) 90 litros
b-) 135 litros
c-) 150 litros
d-) 160 litros
e-) 175 litros

QUESTÃO 28 - Na construção proposta, o ponto A representa o número zero e o ponto B, o número 1. Ao construir BC de forma perpendicular a AB e de comprimento 1, obtém-se AC. Após, ao construir CD, também de comprimento 1 e perpendicular a AC, obtém-se AD. Marcando, na reta r, AE de mesmo comprimento que AD, o ponto E representará o número:

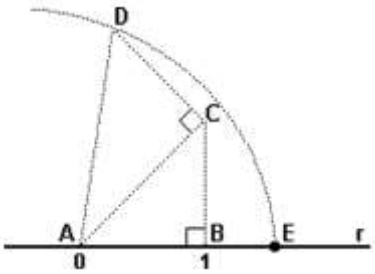

a-) $\sqrt{3}$
b-) $\sqrt{2}$
c-) $\sqrt{5}$
d-) 1,5
e-) $1{,}999\cdots$

QUESTÃO 29 - No último evento escolar antes das férias, foram vendidos 400 convites e arrecadados R$ 900,00 conforme ingressos a seguir. Qual é o número de convites vendidos, respectivamente, para alunos e não alunos?

Convite para alunos
R$ 2,00

Convite para não alunos
R$ 3,00

a-) 200 e 200
b-) 175 e 225
c-) 250 e 150
d-) 300 e 100
e-) 350 e 50

QUESTÃO 30 - Um pai deixou 90 reais para seus 3 filhos gastarem durante a semana. Um deles pegou 60 reais e deixou o restante para os outros dividirem igualmente. Com base neste fato, podemos concluir que:

a-) a média entre os 3 filhos é de 15 reais.

b-) todos pegaram a mesma quantia.
c-) cada filho recebeu em média o que lhe caberia.
d-) a média para cada filho é de 60 reais.
e-) a divisão foi incorreta, pois um dos filhos pegou o dobro da média.

QUESTÃO 31 - Observando os dados do histórico de faturamento da conta de luz a seguir, podemos afirmar a média anual do período de abril/19 a abril/20 foi aproximadamente:

Dados da Conta

VENCIMENTO	TOTAL A PAGAR (R$)
15 MAI 2020	254,46
CONTA REFERENTE A	ABR 2020

Dados de Medição

Nº do medidor		
Leitura anterior	18 MAR	31.112
Leitura atual	17 ABR	Não Executada
Próxima leitura		18 MAI
Fator multiplicador		1,00000
Consumo do mês (kWh)		350,0
Número de dias		30

Histórico de Faturamento

Mês/Ano	kWh	Dias
abr/20	350	30
mar/20	342	30
fev/20	371	31
jan/20	246	30
dez/19	370	29
nov/19	377	32
out/19	420	30
set/19	433	30
ago/19	401	31
jul/19	308	30
jun/19	323	30
mai/19	322	32
abr/19	281	29

a-) 350 kWh
b-) 362 kWh
c-) 379 kWh
d-) 413 kWh
e-) 454 kWh

QUESTÃO 32 - Os triângulos ABC e CDE são semelhantes. A medida w vale:

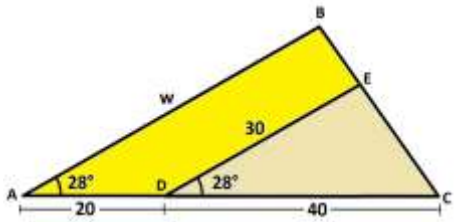

a-) 40
b-) 45
c-) 50
d-) 55
e-) 60

QUESTÃO 33 - Para completar o mapa do loteamento, a corretora Suzana precisa saber as medidas das frentes dos lotes 1 e 3, respectivamente para a Rua Brisa e para a Rua Verão. Se os lados dos lotes são paralelos, quais as medidas dos lotes 1 e 3 que Suzana encontrará se calcular corretamente?

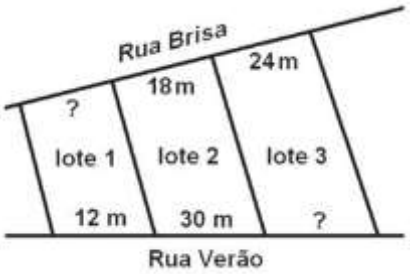

a-) 6m e 30m
b-) 7,2m e 24m
c-) 7,2m e 40m
d-) 12m e 24m
e-) 12m e 40m

QUESTÃO 34 - A área de um quadrado cujas diagonais medem 80 cm é:

a-) 400 cm²
b-) 800 cm²
c-) 1600 cm²
d-) 3200 cm²
e-) 6400 cm²

QUESTÃO 35 - No início de um dia de coleta de lixo para **reciclagem**, foram usados quatro recipientes de coleta, todos vazios e de mesmo peso. Ao final do dia, o recipiente com vidro pesava **2 kg**, a soma do peso dos recipientes com metal e com plástico era igual ao peso do recipiente com papel e, por fim, o peso do recipiente com metal superava o peso do recipiente com plástico em **1,5 kg**. Se a soma dos pesos dos quatro recipientes, ao final desse dia, era igual a **6,8 kg**, então, a coleta de papel superou a de metal em:

a-) 1850 g
b-) 1450 g
c-) 650 g
d-) 500 g
e-) 450 g

QUESTÃO 36 - No dia 26 de outubro de 2022, Tamara estava na loja Duty Free no Aeroporto de Guarulhos e comprou um perfume no valor de U$ 110,00, duas caixas de bombom no valor de U$ 24,00 cada uma e um protetor solar por U$ 42,00. O site do Banco Central do Brasil indicava que a taxa de câmbio para a compra do dólar era de R$ 5,3242. Realizando a conversão para a moeda Real, o valor dessa compra foi de:

a-) R$ 176,00
b-) R$ 200,00
c-) R$ 937,06
d-) R$ 1064,84
e-) R$ 1288,46

QUESTÃO 37 - A área de um triângulo isósceles de lados $10\ cm$, $13\ cm$ e $13\ cm$ é:

a-) $30\ cm^2$
b-) $60\ cm^2$
c-) $120\ cm^2$
d-) $130\ cm^2$
e-) $260\ cm^2$

QUESTÃO 38 - Uma equipe com 18 operários monta um estande numa feira de exposição num prazo 54 horas ininterruptas assim que o kit do estande (material de montagem) chega ao local de exposição. Num determinado evento, devido ao atraso de um voo, o kit do estande (material de montagem) chegou restando 36 horas para o início da feira de exposição. Quantos funcionários devem ser adicionados à equipe para que o estande esteja pronto dentro do prazo de início do evento?

a-) 9 operários
b-) 12 operários
c-) 15 operários
d-) 18 operários
e-) 27 operários

QUESTÃO 39 - Um técnico em informática cobra R$ 120,00 pela visita ou diagnóstico do equipamento e R$ 70,00 por hora de manutenção física do equipamento ou do programa a ser instalado ou reparado. Numa determinada semana, esse técnico foi requisitado a prestar serviço nas dependências de uma empresa para manutenção de um de seus equipamentos cujo valor pago foi de R$ 505,00. Podemos afirmar que o serviço de manutenção durou:

a-) entre 3 e 4 horas.
b-) entre 4 e 5 horas
c-) entre 5 e 6 horas.
d-) entre 6 e 7 horas.
e-) entre 7 e 8 horas.

QUESTÃO 40 - Sobre as relações métricas num triângulo retângulo (vide figura), é INCORRETO afirmar que:

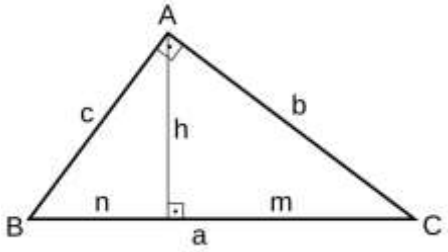

a-) $h^2 = m \cdot n$
b-) $c^2 = a \cdot n$
c-) $a^2 = b^2 + c^2$
d-) $b^2 = a \cdot m$
e-) $a \cdot h = m \cdot n$