FIEBTECH
Educação conectada ao futuro

GABARITO - ENSINO TÉCNICO MODULAR

Prova 26/11/2023

QUESTÃO	ALTERNATIVA
1	D
2	B
3	E
4	C
5	D
6	C
7	A
8	D
9	E
10	B
11	E
12	C
13	A
14	B
15	D
16	D
17	C
18	A
19	B
20	D

QUESTÃO	ALTERNATIVA
21	E
22	A
23	C
24	E
25	B
26	A
27	E
28	C
29	D
30	B
31	A
32	C
33	C
34	D
35	B
36	C
37	D
38	B
39	A
40	B

Língua Portuguesa

Leia o texto a seguir para responder às questões 1 a 6.

Tendências do mercado de trabalho?

O mercado de trabalho é um ecossistema em constante evolução, repleto de desafios e oportunidades. A chave para o sucesso nesse ambiente é a preparação contínua e a adaptabilidade. Seja através de programas como o Jovem Aprendiz, cursos de iniciação profissional ou mantendo-se atualizado sobre as profissões do futuro, é essencial equipar-se com as ferramentas e conhecimentos necessários para prosperar. Em um mundo em constante mudança, a capacidade de aprender e evoluir é, sem dúvida, o ativo mais valioso.

Até o ano de 2025, estima-se que as áreas de logística, construção civil, vestuário e energia abrirão cerca de 540 mil novas vagas de emprego no Brasil. A quase totalidade dessas vagas (95%) será para posições de nível técnico e de qualificação, que demandam formação prática de curta duração, variando entre seis meses a dois anos. O salário médio, nesses setores, pode variar de R$ 1.800 a R$ 6.600. Essas projeções são do Observatório Nacional da Indústria (ONI), um núcleo de inteligência da Confederação Nacional da Indústria (CNI).

Outras áreas seguem a mesma tendência, projetando que a grande maioria das vagas será para posições que exigem formação técnica e qualificação. Isso indica uma crescente valorização dos profissionais técnicos, que possuem habilidades práticas e específicas.

Outro aspecto importante nessa evolução é a crescente presença feminina em setores anteriormente dominados por homens. Contudo, ainda há obstáculos a serem superados, como a disparidade salarial entre gêneros. Muitas profissionais recebem remunerações inferiores às dos homens, mesmo exercendo funções idênticas.

Além disso, o mercado tem se mostrado mais inclusivo, abrindo portas para grupos específicos. Pessoas com deficiência (PcDs) estão sendo mais integradas ao ambiente corporativo, graças a políticas inclusivas mais robustas. Simultaneamente, indivíduos com mais de 50 anos estão redefinindo a percepção da maturidade no trabalho, contrariando estigmas associados à idade e demonstrando que experiência e competência não têm prazo de validade.

Adaptado do original disponível em https://www.portaldaindustria.com.br/industria-de-a-z/mercado-de-trabalho/ Acesso em: 25 out. 2023

Questão 1 – De acordo com o texto, podemos deduzir que a formação de nível técnico e de qualificação

a) são pouco relevantes no mercado de trabalho, pois as empresas valorizam a formação acadêmica.
b) são fornecidas apenas por programas de parceria público-privada, como o Jovem Aprendiz.
c) são tendências apenas na construção civil, em virtude da alta empregabilidade do setor.
d) são valorizadas em diferentes setores que buscam profissionais com habilidades práticas e específicas.
e) são um risco para a qualidade dos serviços prestados, pois não oferecem formação ampla.

Questão 2 – Analise as afirmativas a seguir:

I. A contínua preparação e adaptabilidade são fatores secundários para se ter sucesso no mercado de trabalho.
II. Há uma crescente presença feminina em postos de

trabalho antes ocupados sobretudo por homens.

III. A disparidade salarial entre gêneros no exercício de funções idênticas é uma realidade a ser superada.

IV. Experiência e competência têm reafirmado estigmas ligados à idade por serem desatualizadas.

Com base nas informações apresentadas no texto, estão corretas as afirmativas

a) I e II apenas.
b) II e III apenas.
c) I, II, e III apenas.
d) I, III e IV apenas.
e) III e IV apenas.

Questão 3 – No seguinte trecho "Em um mundo em constante mudança, a capacidade de aprender e evoluir é, sem dúvida, o ativo mais valioso.", a palavra ativo pode ser substituída sem perda de sentido por

a) método
b) investimento.
c) benefício.
d) dispositivo.
e) recurso.

Questão 4 – Em "Outro aspecto importante nessa evolução é a crescente presença feminina em setores anteriormente dominados por homens. Contudo, ainda há obstáculos a serem superados, como a disparidade salarial entre gêneros.", pode-se afirmar que a expressão grifada estabelece uma relação de

a) negação.
b) adição.
c) oposição.
d) alternância.
e) finalidade.

Questão 5 – Em "Muitas profissionais recebem remunerações inferiores **às** dos homens, mesmo exercendo funções idênticas.

O termo grifado retoma qual palavra?

a) profissionais
b) muitas
c) funções
d) remunerações
e) inferiores

Questão 6 – Analise os seguintes fragmentos do texto:

I – "**A** quase totalidade dessas vagas (95%)..."
II – "ainda **há** obstáculos a serem superados..."
III - "... graças **a** políticas inclusivas mais robustas."
VI – "estão redefinindo **a** percepção da maturidade no trabalho..."

Assinale a alternativa que faz, na sequência, a correta classificação dos termos grifados.

a) preposição – verbo – artigo - artigo
b) artigo – artigo – preposição - verbo
c) artigo – verbo – preposição - artigo
d) artigo – verbo – artigo - preposição
e) preposição– verbo – artigo - preposição

Leia a canção de Chico Buarque para responder às questões 7 e 8.

Deus lhe pague

Por esse pão pra comer, por esse chão pra dormir
A certidão pra nascer e a concessão pra sorrir
Por me deixar respirar, por me deixar existir
Deus lhe pague

Pelo prazer de chorar e pelo "estamos aí"
Pela piada no bar e o futebol pra aplaudir
Um crime pra comentar e um samba pra distrair
Deus lhe pague

Por essa praia, essa saia, pelas mulheres daqui
O amor malfeito depressa, fazer a barba e partir
Pelo domingo que é lindo, novela, missa e gibi
Deus lhe pague

Pela cachaça de graça que a gente tem que engolir
Pela fumaça, desgraça, que a gente tem que tossir
Pelos andaimes, pingentes, que a gente tem que cair
Deus lhe pague

Por mais um dia, agonia, pra suportar e assistir
Pelo rangido dos dentes, pela cidade a zunir
E pelo grito demente que nos ajuda a fugir
Deus lhe pague

Pela mulher carpideira pra nos louvar e cuspir
E pelas moscas-bicheiras a nos beijar e cobrir
E pela paz derradeira que enfim vai nos redimir
Deus lhe pague

Disponível em: www.chicobuarque.com.br

Questão 7 – Analise o verso "Por mais um dia, agonia, pra suportar e assistir" e assinale a alternativa, na qual o verbo assistir foi empregado com o mesmo sentido.

a) Ele assistiu impassível à discussão entre os colegas de trabalho.

b) Os voluntários do projeto assistem os moradores de rua.

c) A defesa civil assistiu as famílias atingidas pela tempestade.

d) O figurinista e o contrarregra assistem o diretor do filme.

e) Após o terremoto, várias ONGs se mobilizaram para assistir as vítimas.

Questão 8 – O eufemismo é uma figura de linguagem utilizada para atenuar o sentido desagradável de uma expressão. Assinale a alternativa com o verso no qual se verifica o uso desse recurso.

a) "Por esse pão pra comer, por esse chão pra dormir"
b) "Pela piada no bar e o futebol pra aplaudir"
c) "Pela fumaça, desgraça, que a gente tem que tossir"
d) "E pela paz derradeira que enfim vai nos redimir"
e) "Deus lhe pague"

Leia a tirinha para responder às questões 9 e 10

Transcrição:

- Estou feliz trá-lá-lá!
- Muito feliz trá-lá-lá!
- Felicíssimo! Muito felicíssimo!
- Não vai perguntar por quê?
- Tá bom! Por que você está feliz?
- Não posso contar senão estraga!

Questão 9 – Existe uma mudança de intensidade na manifestação de felicidade do personagem. Esse recurso linguístico recebe o nome de:

a) aliteração, pois repete os sons consonantais.
b) polissíndeto, pois usa excessivamente as conjunções.
c) prosopopeia, pois atribui características humanas a seres inanimados ou irracionais.
d) assonância, pois repete os sons vocálicos em cada palavra.
e) gradação, pois apresenta uma sequência de palavras e expressões em ordem crescente de intensidade.

Questão 10 - A melhor definição de tirinha é:

a) Texto dissertativo com introdução, desenvolvimento e conclusão que defende um ponto de vista humorístico.
b) Texto narrativo de humor que possui clímax e desfecho, além de outros elementos da narrativa.
c) Texto informativo que possui predomínio de imagens com textos verbais resumidos para produzir humor.
d) Texto com intenção de convencer o leitor sobre uma perspectiva de vida feliz e de qualidade.
e) Texto que tem por objetivo transmitir um ensinamento, tendo animais como personagens.

Questão 11 – A ambiguidade existe quando ocorre uma duplicidade de sentido em um texto. Ela pode ser intencional para criar algum efeito de sentido, ou pode ser fruto de uma má organização do texto. Todas as frases a seguir possuem ambiguidade, **exceto:**

a) Ele viu a moça com um binóculo.
b) O policial deteve o suspeito em sua casa.
c) Eles esconderam as cartas que encontraram no porão.
d) Roubaram o banco da entrada da universidade.
e) O cliente apresentou irritado uma reclamação formal.

Questão 12 – Leia e responda.

Disponível em: http://www.fnpetroleiros.org.br/noticias/5056/as-eleicoes-podem-condenar-os-nossos-direitos

A cena da charge apresenta uma crítica à:

a) terceirização do trabalho que garante autonomia aos trabalhadores contratados.
b) reestruturação produtiva que transfere para os sindicatos os custos com os trabalhadores.
c) informalidade do emprego que aumenta a insegurança do trabalhador.
d) individualidade do trabalho, com a qual o trabalhador desenvolve uma atividade específica.
e) concentração do processo produtivo em um único espaço, para rígido controle das tarefas.

Questão 13 – No anúncio de emprego, é exemplo de estrangeirismo incorporado ao vocabulário da língua portuguesa

a) fitness
b) estilo
c) bonificação
d) gratificações
e) ganhos

Leia o folheto de campanha e responda à questão.

Questão 14 – Assinale a única alternativa em que o verbo **não** está no modo imperativo

a) mude
b) ganhar
c) ajude
d) faça
e) preserve

Questão 15 – Leia os textos e responda à pergunta.

Texto 1 - Entrevista de emprego: o poder da sinceridade e da autenticidade

A sinceridade e a autenticidade são fundamentais em entrevistas de emprego e no ambiente de trabalho. No mundo corporativo, a interação constante com diferentes personalidades e culturas exige uma postura autêntica e sincera. O uso excessivo de manuais de comportamento durante entrevistas pode ofuscar a verdadeira personalidade do candidato, tornando-o mecânico e impessoal. Ser verdadeiro, coerente e demonstrar autoconhecimento e adaptabilidade são aspectos valiosos para se destacar e contribuir de forma significativa para a empresa.

Adaptado de https://pt.linkedin.com/pulse/entrevista-de-emprego-e-trabalho Publicado em: 12 out. 2020. Acesso em: 26 set. 2023

Texto 2

Transcrição:

- O que você diria ser sua maior fraqueza?

- Honestidade.

- Bem, eu não acho que honestidade seja uma coisa ruim...

- Bem, eu não dou a mínima para o que você acha.

Disponível em: pablosstanley.com

Considerando a ênfase no poder da sinceridade e da autenticidade, conforme discutido no texto 1, e a interação apresentada no texto 2, analise as seguintes afirmações e escolha a mais adequada.

a) A honestidade excessiva, sem tato ou consideração, é a abordagem recomendada durante uma entrevista de emprego.

b) A expressão de sinceridade e autenticidade é desencorajada, pois pode prejudicar a imagem do candidato perante o entrevistador.

c) O candidato deve priorizar a aderência estrita aos manuais de comportamento, mesmo que isso comprometa a expressão de sua autenticidade e sinceridade.

d) A autenticidade e sinceridade devem ser expressas de maneira equilibrada, mantendo uma atitude respeitosa durante a entrevista.

e) A honestidade e a autenticidade são desvalorizadas em um ambiente profissional e durante entrevistas de emprego.

Matemática

Questão 16 – O serralheiro sr. Antônio precisa soltar uma porca sextavada de medida ¾” (lê-se: três quartos de polegada). Sabendo que 1” equivale a 25,4 mm, a medida da ferramenta apropriada em milímetros, com valor aproximado, para soltar essa porca caso não tenha a ferramenta em medida em polegada é de:

a) 13 mm

b) 14 mm

c) 16 mm

d) 19 mm

e) 22 mm

Questão 17 – Num processo de seleção de uma empresa afere-se o tempo gasto dos candidatos para fabricar certa quantidade do mesmo modelo de peça utilizando o mesmo equipamento. Na tabela a seguir tem o tempo gasto por um determinado candidato. Determine o tempo médio gasto por esse candidato.

1ª peça	2ª peça	3ª peça	4ª peça	5ª peça	6ª peça
1min12s	1min18s	0min54s	0min54s	1min24s	1min30s

a) 1min00s

b) 1min06s

c) 1min12s

d) 1min18s

e) 1min24s

Questão 18 – Sr. João é pai de Luiza uma menina de 11 anos. Sabendo que fazem aniversário no mesmo dia e que a diferença entre suas idades é de 32 anos, determine daqui a quantos anos, a idade do sr. João será o triplo da idade de Luiza?

a) 5 anos

b) 6 anos

c) 7 anos

d) 8 anos

e) 9 anos

Questão 19 – Para entreter um grupo de crianças numa escola foi proposto um jogo de dominós com a utilização somente das peças com numerações de 0 a 4. Dessa forma é possível distribuir ___ sem sobras.

a) 2 peças para 5 jogadores cada

b) 5 peças para 3 jogadores cada

c) 4 peças para 7 jogadores cada

d) 7 peças para 3 jogadores cada

e) 7 peças para 4 jogadores cada

Questão 20 – Um mágico visita um orfanato e ao brincar com as crianças seleciona as treze cartas de um único naipe do baralho: A, 2, 3, 4, 5, 6, 7, 8, 9, 10, J, Q e K. Ele retira as cartas que contém letras e pede a uma das crianças para escolher aleatoriamente uma das cartas restantes após embaralhar. Qual a probabilidade dessa criança retirar uma carta cujo valor seja um número divisor de 20?

a) $\frac{1}{9}$

b) $\frac{2}{9}$

c) $\frac{1}{3}$

d) $\frac{4}{9}$

e) $\frac{5}{9}$

Questão 21 – A espessura de uma folha de papel sulfite numa determinada gramatura varia de 0,08 a 0,11 mm. Se um equipamento empilha 100 mil folhas todas padronizadas uma sobre a outra desprezando camadas de ar entre elas, então a diferença entre altura máxima e mínima que essa pilha pode ter é de:

a) 0,3 mm

b) 3 mm

c) 3 cm

d) 30 cm

e) 3 m

Questão 22 – Um terreno retangular com 273m² será utilizado para a construção de uma casa térrea também retangular. As normas da prefeitura estabelecem que para a construção deve-se deixar um corredor com largura mínima de 2 metros e recuo frontal da rua de pelo menos 6 metros. Sabendo que nesse terreno a medida de seu comprimento excede em 8 metros a sua largura, determine a área máxima do terreno destinada para a construção da casa obedecendo os critérios mínimos estabelecidos pela prefeitura. Segue o modelo ilustrativo para a construção da casa.

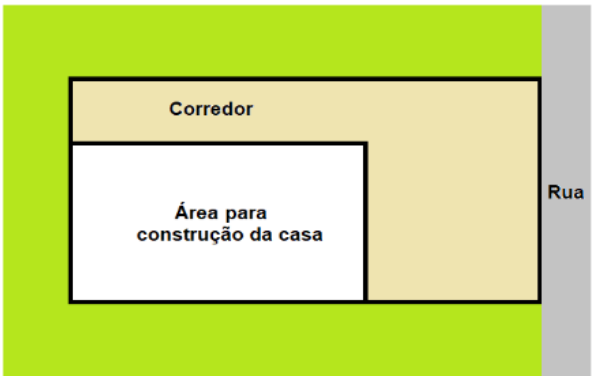

a) 165 m²

b) 183 m²

c) 200 m²

d) 250m²

e) 261 m²

Questão 23 – Num relógio analógico, quantos graus o ponteiro dos minutos desloca em 18 minutos?

a) 96°

b) 102°

c) 108°

d) 112°

e) 120°

Questão 24 – O valor de venda de um equipamento agrícola é R$ 860,00. Se vendido à vista a loja dá 15% de desconto sobre o valor de venda. Portanto, o valor do desconto será de:

a) R$ 15,00

b) R$ 21,50

c) R$ 43,00

d) R$ 86,00

e) R$ 129,00

Questão 25 – Uma breve pesquisa realizada numa loja de produtos veterinários, um dos questionários abordava sobre o número de animais domésticos nas residências dos entrevistados e os hábitos deles. Sobre a quantidade de animais domésticos que cada entrevistado tinha em casa gerou o gráfico a seguir:

Podemos verificar que a quantidade média de animais domésticos nas residências nesse grupo de entrevistados apontados de acordo com os dados apresentados no gráfico foi de:

a) 1 animal

b) 2 animais

c) 3 animais

d) 4 animais

e) 5 animais

Questão 26 – Um professor do curso de Design de Interiores apresenta um projeto em razão de escala $1:25$. Nessa escala, o desenho do comprimento de uma bancada numa cozinha industrial de 5,25 metros possui:

a) 21,0 cm.

b) 22,5 cm.

c) 24,0 cm.

d) 25,0 cm.

e) 27,5 cm.

Questão 27 – Na figura a seguir, considere o ponto P externo à circunferência de centro O de raio $r = 5\ cm$, os pontos A e B pertencentes à circunferência e os segmentos $\overline{PA}$ e $\overline{PB}$ tangentes à mesma circunferência. Aplicando os conceitos geométricos e sabendo que a distância do ponto P ao centro da circunferência é de $13\ cm$, podemos afirmar que a área do quadrilátero $PAOB$ mede:

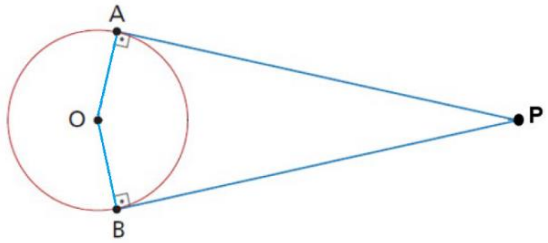

a) 12 cm²

b) 24 cm²

c) 30 cm²

d) 32,5 cm²

e) 60 cm²

Questão 28 – Na obra a seguir de Maurits Cornelis Escher, ao analisarmos os pássaros de cores claras ou escuras se destaca:



a) isometria de reflexão

b) isometria de rotação

c) isometria de translação

d) homotetia de ampliação

e) homotetia de redução

Questão 29 – Um entregador de encomendas utiliza uma bicicleta como meio de transporte para seu trabalho na orla da praia da cidade de Mongaguá. Circulando em velocidade média de 24 km/h, ela gasta 18 minutos para entregar uma encomenda saindo da Autopeças do Sr. Joaquim até a oficina do Sr. Fernando num trajeto único e totalmente plano. Certo dia, a Autopeças do Sr. Joaquim pediu urgência na entrega de uma encomenda na mesma oficina do Sr. Fernando dizendo que teria que ser entregue no prazo de 12 minutos. Caso fosse feito, o entregador receberia uma bonificação. Qual a velocidade média que esse entregador, utilizando a mesma bicicleta sem danos ou avarias, deveria circular para entregar no prazo estabelecido?

a) 28 km/h

b) 30 km/h

c) 32 km/h

d) 36 km/h

e) 40 km/h

Questão 30 – Em relação à equação $\boldsymbol{m^2 + 8m = 180}$, é INCORRETO afirmar:

a) que suas raízes reais são distintas;

b) que não existem raízes reais;

c) que o produto entre suas raízes reais é igual a -180 ;

d) que a soma entre suas raízes reais é igual a -8 ;

e) que o módulo da diferença entre suas raízes reais é 28 .

Conhecimentos Gerais e Atualidades

Questão 31 – "Os carros elétricos funcionam a partir de uma corrente elétrica, que gera energia para alimentar o motor. Essa energia fica armazenada em uma bateria recarregável. Assim, ao contrário dos carros tradicionais, cujo motor funciona por combustão interna, os carros elétricos não dependem da queima de combustíveis."

FONTE: https://www.meucarronovo.com.br

Analisando os carros elétricos em relação ao seu impacto social, podemos dizer que a principal vantagem é:

a) Emitem zero gases poluente;
b) São mais baratos de fabricar
c) Têm uma vida útil mais curta
d) Dependem da extração de combustíveis fósseis
e) Contribuem para o aumento do aquecimento global

Questão 32 – A questão de infraestrutura urbana para lidar com o efeito das chuvas não é de hoje e depende da ação do poder público para minimizar os riscos e danos das épocas mais chuvosas do ano. Considerando essa afirmação, qual das seguintes opções melhor reflete uma solução adequada para enfrentar os desafios relacionados às chuvas?

a) Ignorar o problema, já que é responsabilidade exclusiva do governo lidar com questões de infraestrutura urbana.
b) Culpar unicamente os cidadãos por não se prepararem adequadamente para as chuvas, isentando o poder público de qualquer responsabilidade.
c) Estimular a conscientização pública sobre práticas sustentáveis para reduzir o impacto das chuvas, como a construção de áreas verdes e sistemas de drenagem.
d) Privatizar completamente os serviços de infraestrutura urbana, transferindo toda a responsabilidade para empresas privadas especializadas.
e) Delegar a responsabilidade exclusiva para organizações não governamentais (ONGs) e instituições de caridade, esperando que elas assumam a tarefa de minimizar os riscos das chuvas.

Questão 33 – Considerando a afirmação de que a pandemia representou a 4ª grande crise mundial do capitalismo, qual das seguintes opções melhor caracteriza o impacto econômico e social da pandemia?

a) A pandemia teve um impacto limitado na economia global, causando apenas pequenas flutuações temporárias nos mercados financeiros.

b) A crise da pandemia levou a uma recuperação econômica rápida em todas as regiões do mundo, resultando em melhorias significativas nos padrões de vida.

c) A pandemia exacerbou as desigualdades sociais e econômicas, afetando desproporcionalmente as comunidades mais vulneráveis e ampliando o fosso entre ricos e pobres.

d) O capitalismo global se mostrou totalmente resistente à pandemia, adaptando-se rapidamente e garantindo a estabilidade econômica em todas as nações.

e) A pandemia teve um impacto negativo apenas em países em desenvolvimento, enquanto as nações industrializadas permaneceram praticamente inabaladas em termos econômicos e sociais.

Questão 34 – O DREX, a moeda digital brasileira que está em fase de testes, objetivando facilitar as operações comerciais quando estiver em pleno funcionamento, com a introdução do DREX haverá vantagens para os cidadãos, como agilidade em contratos (*smart contracts*). Entretanto, alguns especialistas apontam uma desvantagem em potencial do DREX, qual seria a desvantagem apontada?

a) A substituição do PIX pelo DREX, pois a maioria da população já está adaptada ao uso do PIX;
b) Mudanças drásticas na relação entre bancos e consumidores, trazendo maior poder de barganha aos consumidores;
c) A possibilidade de facilitar o acesso ao crédito, que implica em um maior endividamento do cidadão.
d) A centralização completa das informações financeiras do cidadão em uma única instituição, no caso o Banco Central – BACEN
e) O valor do DREX ser diferente do REAL, sendo necessário fazer um "câmbio" entre as moedas.

Questão 35 – Elon Musk, o empresário proprietário da empresa StarLink, tem se preocupado em fornecer acesso à internet para regiões do planeta que se encontram em guerra. Recentemente, a empresa ofereceu seu serviço de internet via satélite para organizações humanitárias que atuam na Faixa de Gaza, que sofre com a falta de comunicação devido aos bombardeios israelenses [678]. Além disso, a StarLink tem sido usada em zonas de conflito, como a Ucrânia, para inteligência e coordenação de ataques com drones [^10^].

Com base no texto acima e nas guerras da Ucrânia-Rússia e de Israel-Hamas, qual das seguintes alternativas é uma possível solução para garantir o acesso à internet em regiões de conflito?

a) Criar uma campanha de conscientização para incentivar as empresas de telecomunicações a fornecerem internet em regiões de conflito.

b) Criar uma rede de satélites para fornecer internet em regiões de conflito.

c) Criar um programa de incentivo para empresas que ofereçam internet gratuita em regiões de conflito.

d) Criar um programa de capacitação para pessoas que desejam trabalhar com tecnologia em regiões de conflito.

e) Criar um programa de incentivo para empresas que ofereçam cursos de tecnologia em regiões de conflito.

Questão 36 – Recentemente, um caso em uma faculdade ganhou destaque na mídia. Alunas zombaram de uma colega mais velha e a constrangeram, levando-a a abandonar a faculdade. Qual dos seguintes comportamentos das alunas representa uma manifestação de etarismo?

a) Oferecer ajuda e apoio à colega mais velha para integrá-la melhor ao ambiente acadêmico.

b) Rir de uma piada inofensiva feita pela colega mais velha.

c) Zombar e ridicularizar a colega mais velha com base em sua idade.

d) Ignorar a colega mais velha na faculdade sem intenção maliciosa.

e) Incentivar a colega mais velha a compartilhar suas experiências de vida com o grupo.

Questão 37 – Qual das seguintes afirmações é verdadeira sobre diversidade?

a) A diversidade não inclui diferenças étnicas e raciais.
b) A diversidade abrange apenas as diferenças de classe social.
c) A diversidade não está relacionada à diversidade de gênero ou orientação sexual.
d) A diversidade promove a inclusão, igualdade e respeito às diferenças.
e) A diversidade não tem impacto na construção de uma sociedade justa.

Questão 38 – "A Europa é um continente que atrai pessoas do mundo todo, seja pela sua economia estável e desenvolvida, seja pela sua história e arquitetura milenares. No entanto, nem sempre essa atração de grandes quantidades de pessoas tem se mostrado positiva.

Desde a crise migratória com a Guerra da Síria, os casos de xenofobia na Europa sofreram grande aumento. Mas particularmente em 2023, com o fim da pandemia e o aumento da migração de brasileiros, principalmente para Portugal, os casos de preconceito e violência passaram por um aumento exponencial.

Dados da Comissão para a Igualdade e Contra a Discriminação Racial (CICDR) de Portugal apontam um aumento de mais de 500% nas denúncias de xenofobia sofridas por brasileiros no país. Os órgãos europeus e a embaixada brasileira estão sendo obrigados a fazer reuniões e buscar políticas para amenizar os efeitos negativos desta onda migratória."

Disponível em: https://www.todamateria.com.br/atualidades-enem

Com base no texto fornecido, qual é a principal preocupação expressa em relação à migração de brasileiros para a Europa, especialmente em Portugal, em 2023?

a) A migração brasileira para a Europa tem contribuído positivamente para a economia local, gerando empregos e investimentos.

b) A xenofobia e o preconceito aumentaram de forma alarmante, levando a um aumento exponencial de denúncias de brasileiros vítimas dessas situações.

c) A embaixada brasileira está promovendo campanhas para incentivar a migração e a integração dos brasileiros na sociedade europeia.

d) A migração de brasileiros para a Europa tem sido bem recebida pelas comunidades locais, sem casos significativos de discriminação ou preconceito.

e) Os órgãos europeus estão implementando políticas restritivas para limitar a entrada de brasileiros no continente, visando controlar a migração.

Questão 39 – O tema da redação do Enem 2023 "Desafios para o enfrentamento da invisibilidade do trabalho de cuidado realizado pela mulher no Brasil" é um problema social relevante que exige uma boa proposta de intervenção. O filme "Barbie", dirigido por Greta Gerwig, é uma comédia que aborda a vida em Barbieland, o mundo mágico das Barbies, onde todas as versões da boneca vivem em completa harmonia e suas únicas preocupações são encontrar as melhores roupas para passear com as amigas e curtir intermináveis festas. Porém, uma das bonecas começa a perceber que talvez sua vida não seja tão perfeita assim, questionando-se sobre o sentido de sua existência e alarmando suas companheiras. Logo, sua vida no mundo cor-de-rosa começa a mudar e, eventualmente, ela sai de Barbieland. Forçada a viver no mundo real, Barbie precisa lutar com as dificuldades de não ser mais apenas uma boneca. Enquanto isso, ela tem dificuldades para se ajustar e precisa enfrentar vários momentos nada coloridos até descobrir que a verdadeira beleza está no interior de cada um.

Com base no tema da redação do Enem 2023 e no filme "Barbie", qual das seguintes alternativas é uma proposta de intervenção para enfrentar a invisibilidade do trabalho de cuidado realizado pela mulher no Brasil?

a) Criar uma campanha publicitária que valorize o trabalho de cuidado realizado pela mulher e que incentive a sociedade a reconhecer a importância desse trabalho.

b) Criar um programa de incentivo para empresas que contratem mulheres para trabalhos de cuidado, como enfermagem e cuidado infantil.

c) Criar um programa de capacitação para homens que desejam trabalhar em áreas de cuidado, como enfermagem e cuidado infantil.

d) Criar um programa de incentivo para empresas que ofereçam licença-paternidade remunerada e flexível.

e) Criar um programa de incentivo para empresas que ofereçam creches e escolas infantis no local de trabalho.

Questão 40 – A situação dos Yanomamis, uma das comunidades indígenas mais vulneráveis da Amazônia, é uma preocupação crescente devido aos desafios enfrentados em relação às mortes, à crise sanitária e à segurança alimentar. A falta de acesso a cuidados médicos adequados tem levado a uma crise sanitária, resultando em taxas de mortalidade significativamente elevadas, especialmente entre as crianças. Além disso, a escassez de água potável e recursos naturais na região tem causado insegurança alimentar, afetando a saúde e bem-estar da comunidade de maneiras profundas. Diante desses desafios, é fundamental compreender as questões que os Yanomamis enfrentam para buscar soluções eficazes.

Considerando a situação atual dos Yanomamis, uma das comunidades indígenas mais vulneráveis da Amazônia, qual das seguintes opções melhor reflete os desafios enfrentados por essa comunidade em relação às mortes, à crise sanitária e à segurança alimentar?

a) Os Yanomamis não enfrentam problemas significativos em relação às mortes, à crise sanitária ou à segurança alimentar, pois vivem em harmonia com a natureza.

b) A comunidade Yanomami está enfrentando uma grave crise sanitária devido à falta de acesso a cuidados médicos, resultando em um aumento significativo nas taxas de mortalidade e insegurança alimentar.

c) As mortes entre os Yanomamis são principalmente causadas por práticas tradicionais de cura, e a comunidade não enfrenta desafios significativos em relação à segurança alimentar.

d) A crise sanitária e a segurança alimentar dos Yanomamis estão diretamente ligadas à falta de água potável e à escassez de recursos naturais na região, resultando em altas taxas de mortalidade infantil.

e) As mortes, a crise sanitária e a insegurança alimentar dos Yanomamis são causadas principalmente pela interferência de organizações externas, e não por fatores naturais ou tradicionais da comunidade.