FIEBTECH
Educação conectada ao futuro

# GABARITO - 1ª SÉRIE ENSINO MÉDIO REGULAR

## Prova 26/01/2024

| QUESTÃO | ALTERNATIVA |
|---|---|
| 1 | E |
| 2 | D |
| 3 | A |
| 4 | D |
| 5 | C |
| 6 | B |
| 7 | A |
| 8 | C |
| 9 | E |
| 10 | C |
| 11 | E |
| 12 | C |
| 13 | A |
| 14 | C |
| 15 | B |

| QUESTÃO | ALTERNATIVA |
|---|---|
| 16 | C |
| 17 | A |
| 18 | B |
| 19 | E |
| 20 | D |
| 21 | A |
| 22 | E |
| 23 | C |
| 24 | E |
| 25 | A |
| 26 | A |
| 27 | C |
| 28 | B |
| 29 | D |
| 30 | B |

**LÍNGUA PORTUGUESA**

**Leia o texto a seguir para responder às questões 1 a 3.**

(https://malditosinvasores.com/tag/calvin-haroldo. Acesso em: 17 jan 2024)

**Questão 01** - Na tirinha, há uma quebra da expectativa do leitor quando:

a) Calvin afirma ter lido o livro trazido pela mãe.

b) A mãe não se surpreende com o fato de o filho ter realmente lido o livro.

c) Calvin diz que o livro o fez pensar.

d) O menino afirma que o livro o fez ver as coisas de um modo diferente.

e) Calvin pede para mãe não trazer mais nenhum livro para ele.

**Questão 02** - No segundo quadrinho, há uma forma informal de usar o pronome "Me deu muito o que pensar". Na linguagem formal deveria ser. "Deu-me muito o que pensar". Assinale a alternativa que apresenta a correta colocação do pronome.

a) O aluno não tinha-o deixado na escola.

b) Nunca esqueça-se de mim.

c) No parque da cidade, já encontramo-nos diversas vezes.

d) Você nos emocionou com suas palavras.

e) Lhe entregamos a encomenda.

**Questão 03** - Em relação ao gênero textual história em quadrinhos em geral, analise as afirmações a seguir.

I. É obrigatório o uso de texto verbal em todos os quadrinhos da história.

II. As histórias em quadrinhos servem exclusivamente para se contar piadas.

III. A mescla entre informações verbais e visuais é uma característica fundamental na constituição das histórias.

IV. Por ser voltada ao público jovem, é obrigatória a presença de personagens adolescentes.

Assinale a alternativa CORRETA.

a) Somente III é verdadeira.

b) Somente I e IV são verdadeiras.

c) Somente III e IV são verdadeiras.

d) Somente IV é verdadeira.

e) Somente I e II são verdadeiras.

**Questão 04** - O fragmento de texto, a seguir, apresenta palavras com problemas de grafia produzidas pelo autor. Leia-o e escolha a alternativa em que todas as palavras foram escritas **incorretamente.**

"Todas as peças, com eceção dos disjuntores, deverão seguir com a próxima remesa. O encarregado da espedição deverá discutir com a transportador a concessão de desconto para outros envios de cargas, já que temos dezenas de pedidos de esportação"

Marcus Maia, Processamento da Linguagem, Pelotas, EDUCAT, 2005

a) próxima, remesa, espedição, dezenas

b) peças, remesa, concessão, dezenas

c) seguir, próxima, disjuntores, esportação

d) eceção, remesa, espedição, esportação

e) Eceção, encarregado, concessão, exportação

**Questão 05** - Leia as frases da coluna 1, associando às figuras de linguagem da coluna 2.

**Coluna 1**

( ) O céu está mostrando sua face mais bela.

( ) Eduardo tem um olhar frio e branco.

( ) A menina quebrou a perna da cadeira.

( ) Li William Shakespeare várias vezes.

( ) Eles choraram rios de lágrimas.

**Coluna 2**

a) Catacrese

b) Hipérbole

c) Metonímia

d) Prosopopeia

e) Sinestesia

A sequência está correta em

a) C, A, B, D, E
b) A, C, D, B, E
c) D, E, A, C, B
d) B, E, D, C, A
e) E, B, C, A, D

**Texto para as questões 6 e 7**

*Época*, n. 698, 3 out. 2011 (adaptado).

**Questão 06** - Os textos publicitários são produzidos para cumprir determinadas funções comunicativas. Os objetivos desse cartaz estão voltados para a conscientização dos brasileiros sobre a necessidade:

a) de as crianças frequentarem a escola regularmente.

b) da formação leitora começar na infância.

c) da alfabetização acontecer na idade certa.

d) da literatura ter o seu mercado consumidor ampliado.

e) das escolas desenvolverem campanhas a favor da leitura.

**Questão 07 –** No trecho "**Leia** para uma **criança**. A cada livro, **o** Brasil inteiro vira uma página", as palavras grifadas são respectivamente:

a) verbo – substantivo – artigo

b) substantivo – adjetivo – pronome

c) verbo – adjetivo – artigo

d) substantivo – substantivo – preposição

e) verbo – numeral – artigo

**Leia o texto a seguir para responder às questões 8 e 9**

Iscute o que tô dizendo
Seu dotô, seu coroné:
De fome tão padecendo
Meus fio e minha muié.
Sem briga, questão nem guerra
Meça desta grande terra
Umas tarefa pra eu!
Tenha pena do agregado
Não me dêxe deserdado

PATATIVA DO ASSARÊ. A terra é naturá. In: Cordeis e outros poemas. Fortaleza: Universidade Federal do Ceará, 2008 (fragmento)

**Questão 08** - A partir da linguagem utilizada no poema podemos concluir que o locutor se revela como falante de uma variedade linguística específica. Esse falante, em seu grupo social, é identificado como um falante:

a) escolarizado, proveniente de uma metrópole.

b) idoso, que habita uma comunidade urbana.

c) sertanejo, morador de uma área rural.

d) escolarizado, que habita uma comunidade do interior do país.

e) estrangeiro, que imigrou para uma comunidade do sul do país.

**Questão 09** - Observe o verso "Meça desta grande terra/umas para eu!" O uso do pronome eu, nesse verso, está desobedecendo as regras da gramática normativa. Assinale a alternativa que traz uma frase correta com relação ao uso do pronome eu/mim.

a) Traga o livro **para mim** ler.

b) Viajar é essencial **para eu.**

c) Preciso de férias **para mim** poder visitar meu avô.

d) Há alguma coisa **para mim** fazer?

e) Você pode comprar o ingresso **para mim**?

**Questão 10** - "Já tive muitas capas e infinitos guarda-chuvas, mas acabei me cansando de tê-los e perdê-los; há anos vivo sem nenhum desses abrigos e também como toda gente, sem chapéu" (Rubem Braga). Sobre a palavra chapéu, neste texto,

a) diz-se que o chapéu não é abrigo comparável a capas e a guarda-chuvas.

b) apresenta apenas o seu sentido denotativo, já que o autor o compara a guarda-chuvas.

c) mesmo comparando a guarda-chuvas e capas, dá a ideia também de ausência, referência dada às pessoas simples sem abrigo.

d) é um abrigo descartável, cujo sentido se associa apenas à ideia de coisa que será perdida.

e) é um acessório, fora de moda.

**Questão 11** - Um dos complexos estuarinos mais importantes do país está morrendo. Em parte das lagoas já não se encontram mais as grandes e suculentas ostras, os siris tradicionais por seu coral e também o caranguejo. Sem falar na ausência que mais atinge os pescadores, a dos próprios peixes. Eles afirmam que existem mais pescadores do que peixes. Eles afirmam que existem mais pescadores do que peixe para ser pescado. No trecho da Mundaú, que vai do cais da lancha no dique estrada ao papódromo, não existe quase mais vida lacunar. É só lixo, e lixo, e lixo. E os peixes que ainda sobrevivem não são bons para o consumo. (O Jornal, 28/02/2010).

Considerando-se aspectos da norma-padrão da língua portuguesa, a oração "Eles afirmam que existem mais pescadores do que peixe" aceita a seguinte reescrita:

a) Eles afirmam que devem haver mais pescadores do que peixe.

b) Eles afirmam: existe mais pescadores do que peixe.

c) Eles afirmam que deve existir mais pescadores do que peixe.

d) Afirmam eles, que existem mais pescadores do que peixe.

e) Eles afirmam: há mais pescadores do que peixe.

**Questão 12** - Assinale a alternativa correta:

a) Quantos vocês são ?___Nós somos em cinco.

b) Em quantos vocês são?___ Somos cinco.

c) Quantos vocês são ?___Somos cinco.

d) Quantos vocês são ?___Somos em cinco.

e) Quantos vocês eram ? __Nós éramos em cinco.

**Questão 13** - Assinale a alternativa em que as palavras estão escritas corretamente.

a) berinjela – laje – tigela

b) berinjela – lage – tigela

c) beringela – laje – tijela

d) beringela – lage – tigela

e) berinjela – laje – tijela

**Questão 14** - Leia atentamente o texto e assinale a alternativa correta, de acordo com o proposto:

Viver
e não ter a vergonha de ser feliz
cantar e cantar e cantar
a beleza de ser um eterno aprendiz
eu sei
que a vida devia ser bem melhor
e será
mas isso não impede que eu repita
É bonita, é bonita e é bonita [...]

(Gonzaguinha)

Considerando- se o aspecto da estrutura sintática, o verso "a beleza de ser um eterno aprendiz"

a) provoca um sentido de oposição ao verso anterior.

b) é apenas uma soma de ações com relação aos versos anteriores.

c) complementa o verso anterior.

d) é a finalidade do que está expresso no verso posterior.

e) é a referência sutil ao objetivo expresso nos versos anteriores.

**Questão 15** - Não há erro de concordância em:

a) Saímos depressa porque já era meio-dia e meio.

b) Anexas ao pedido, seguem as necessárias informações.

c) Foi proibido, no estádio, a entrada do repórter.

d) Era duas horas da tarde, quando pude almoçar.

e) Haviam muitas pessoas no local.

**MATEMÁTICA**

**Questão 16** - De acordo com os dados de uma pesquisa, os brasileiros de 12 a 17 anos navegam em média 42 minutos em cada acesso à internet, ao passo que na França, o tempo médio de navegação dos jovens é 25% a menos que no Brasil e, nos Estados Unidos é 20% a menos que na França. Com base nesses dados, pode-se estimar que a média aritmética dos tempos de navegação, por acesso, nesses três países, em minutos é igual a:

a) 30,0
b) 30,6
c) 32,9
d) 33,4
e) 34,3

**Questão 17** - O piso retangular de uma sala com 8,75m de comprimento e 4,20m de largura deve ser coberto com ladrilhos quadrados. Admitindo-se que não haverá perda de material e que será utilizado o menor número de ladrilhos inteiros, pode-se estimar que serão colocados:

a) 300 ladrilhos
b) 245 ladrilhos
c) 147 ladrilhos
d) 49 ladrilhos
e) 36 ladrilhos

**Questão 18** - A tabela abaixo representa a distribuição dos salários dos 20 funcionários de uma empresa.

| Nº de funcionários | 08 | 06 | 04 | 02 |
|---|---|---|---|---|
| Salários (R$) | 1.200 | 1.500 | 2.000 | 2.500 |

A média aritmética dos salários é:

a) R$ 1.500,00

b) R$ 1.580,00

c) R$ 1.750,00

d) R$ 1.950,00

e) R$ 2.500,00

**Questão 19** - Um polígono tem 35 diagonais. Qual é o número de lados do polígono?

a) 70

b) 22

c) 12

d) 11

e) 10

**Questão 20** - Devido a uma manifestação de protestos de moradores numa via rápida de duas pistas (mesmo sentido) de uma cidade, formou-se um congestionamento de 2km, 3hm e 4dam de extensão. Considerando-se que cada carro ocupa em média, 5m, já incluído o espaço até o carro da frente, podemos concluir que o número aproximado de automóveis envolvidos nesse congestionamento foi de:

a) 936
b) 820
c) 782
d) 468
e) 342

**Questão 21** - Um terreno quadrado tem 289m² de área. Parte desse terreno é ocupada por um galpão quadrado e outra, por uma calçada de 3m de largura, conforme indicado na figura. A medida do perímetro desse galpão, em metros é igual a:

a) 56

b) 57

c) 58

d) 64

e) 68

**Questão 22** - No supermercado Preço Ótimo, a manteiga é vendida em caixinhas de 200g. Para levar para casa 2 quilogramas de manteiga, Marisa precisaria comprar:

a) 2 caixinhas

b) 4 caixinhas

c) 5 caixinhas

d) 9 caixinhas

e) 10 caixinhas

**Questão 23** - O produto (x+1) . ($x^2$-x+1) é igual a:

a) $x^3$-1
b) $x^3+3x^2-3x+1$
c) $x^3+1$
d) $x^3-3x^2+3x-1$
e) $x^3+x^2+6x+1$

**Questão 24** - No dia 11 de novembro de 2015, o site do Banco Central do Brasil indicava que a taxa de câmbio para a compra do dólar era de R$ 3,7409. Neste dia, Carlos precisou comprar dólares e pagou a taxa de câmbio indicada pelo Banco Central. Se ele tinha, ao todo R$ 1.500,00 para realizar essa compra e comprou a maior quantidade inteira de dólares que foi possível, então é verdade que do valor que ele tinha disponível lhe sobrou:

a) R$ 0,10
b) R$ 0,26
c) R$ 2,45
d) R$ 3,48
e) R$ 3,64

**Questão 25** - Sendo $X_1$ $X_2$ as raízes da equação $x^2 - x - 12=0$, o resultado da soma $x_1+x_2$ é:

a) 1
b) 3
c) 4
d) 7
e) 12

**Questão 26** - O custo total C, em reais, de produção de X kg de certo produto é dado pela expressão C(x)=900x+50. O gráfico abaixo é o da receita R, em reais, obtida pelo fabricante, com a venda de x kg desse produto.

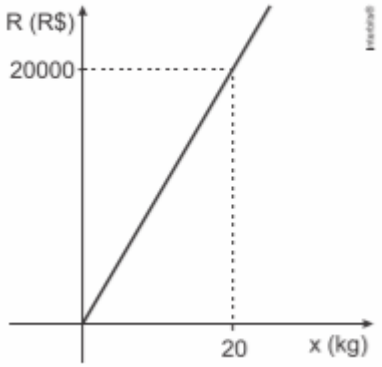


Qual a porcentagem da receita obtida com a venda de 1kg do produto é lucro?

a) 5%

b) 10%

c) 12,5%

d) 25%

e) 50%

**Questão 27** - O cartão Micro SD é um tipo de mídia utilizada para armazenamento de dados (arquivos, fotos, filmes, músicas etc.). Um usuário tem um cartão Micro SD de 16 GB e, utilizando seu computador, visualiza em termos percentuais, os dados armazenados no cartão, conforme o gráfico:

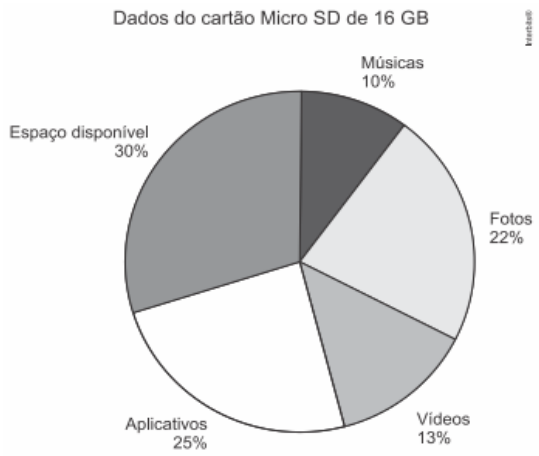

O usuário adquiriu um cartão do mesmo tipo, mas de 32GB, com o objetivo de gravar os dados do seu cartão de 16 GB em seu novo cartão de 32 GB. No entanto, para aumentar o espaço de armazenamento disponível, decidiu não gravar suas músicas no novo cartão.

Analisando o gráfico, o espaço disponível no novo cartão de 32GB, em termos percentuais, é igual a:

a) 60

b) 65

c) 70

d) 75

e) 80

**Questão 28** - Considere um relógio analógico de doze horas. O ângulo agudo formado entre os ponteiros que indicam a hora e o minuto, quando o relógio marca exatamente 5 horas e 20 minutos, é:

a) 45°

b) 40°

c) 35°

d) 30°

e) 29°

**Questão 29 -** Se uma torneira despeja 62 litros de água em 40 minutos, quantos litros despejará em uma hora?

a) 70 litros

b) 72 litros

c) 85 litros

d) 93 litros

e) 124 litros

**Questão 30 -** O gráfico mostra a média de produção diária de petróleo no Brasil, em milhão de barris, no período de 2004 a 2010.

Estimativas feitas naquela época indicavam que a média de produção diária de petróleo no Brasil, em 2012, seria 10% superior à média dos três últimos anos apresentados no gráfico.

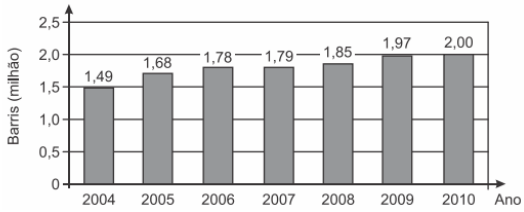


Disponível em: http://blogs.estadao.com.br. Acesso em: 2 ago. 2012

Se as estimativas tivessem sido confirmadas, a média de produção diária de petróleo no Brasil. Em milhão de barris em 2012, teria igual a:

a) 1,940

b) 2,134

c) 2,167

d) 2,420

e) 6,402